

11.10.24

$y_t = 1{,}1 y_{t-1} + \varepsilon_t$ (y_0 задан)

$y_1 = 1{,}1 y_0 + \varepsilon_1$

$y_2 = 1{,}1^2 y_0 + 1{,}1\varepsilon_1 + \varepsilon_2$

$y_3 = 1{,}1^3 y_0 + 1{,}1^2\varepsilon_1 + 1{,}1\varepsilon_2 + \varepsilon_3$

$y_t = 1{,}1^t y_0 + 1{,}1^{t-1}\varepsilon_1 + 1{,}1^{t-2}\varepsilon_2 + \dots + 1{,}1\varepsilon_{t-1} + \varepsilon_t$

$y_{t+s} = 1{,}1^s y_t + 1{,}1^{s-1}\varepsilon_{t+1} + 1{,}1^{s-2}\varepsilon_{t+2} + 1{,}1^{s-3}\varepsilon_{t+3} + \dots + 1{,}1\varepsilon_{t+s-1} + \varepsilon_{t+s}$

$y_{t+1} = y_t \cdot 1{,}1 + \varepsilon_{t+1}$

$y_{t+2} = 1{,}1^2 y_t + 1{,}1\varepsilon_{t+1} + \varepsilon_{t+2}$

$y_{t+3} = 1{,}1^3 y_{t+3} + 1{,}1^2\varepsilon_{t+1} + 1{,}1\varepsilon_{t+2} + \varepsilon_{t+3}$

$E_t y_{t+s} = 1{,}1^s \cdot y_t + 1{,}1^{s-1}\cdot 0 + 1{,}1^{s-2}\cdot 0 + \dots + 0 = 1{,}1^s y_t$

Яв. ли этот процесс стабильно-стационарным?

- stability: $|1{,}1| > 1 \Rightarrow$ not stable
- stationarity: $1{,}1 \neq 1 \Rightarrow$ stationary

Начинать со стабильности:
.если она есть или существует есть и стационарность

$E; D;$ cov не зависят от t

Если тот же ряд в разностях:

$\Delta y_t = 0{,}1 y_{t-1} + \varepsilon_t$

Бывают ситуации:
- y_t не стационарен — $ARMA^{(p;q)}$ не стац
- $y_t - y_{t-1} = \Delta y_t$ стац. $ARIMA(p;1;q)$

- Δy_t не стац.
- $y_t - y_{t-2} = \Delta^2 y_t$ стац. $ARIMA(p;2;q)$

$ARMA(p;q) = ARIMA(p;0;q)$

q — нашло ими разность нужно взять, чтобы получить стационарный

? $\Delta^2 y = y_t - y_{t-2} = 1{,}1\, y_{t-1} + \varepsilon_t - (1{,}1\, y_{t-3} + \varepsilon_{t-2})$

\# $y_t = y_{t-1} + 2t + \varepsilon_t$ линейный тренд (зависит от t)

↖ НЕ стационарно, НЕ стабильна

$y_1 = y_0 + 2\cdot 1 + \varepsilon_1$ $\quad \Delta y_t = 2t + \varepsilon_t$

$y_2 = y_0 + 2\cdot 1 + \varepsilon_1 + 4 + \varepsilon_2 = y_0 + 2\cdot(1+2) + \varepsilon_1 + \varepsilon_2$ $\quad \Delta y_t - 2t = \varepsilon_t$

$y_3 = y_0 + 2(1+2+3) + \varepsilon_1 + \varepsilon_2 + \varepsilon_3$

$y_4 = y_3 + 2\cdot 4 + \varepsilon_4 = y_0 + 2(1+2+3+4) + \varepsilon_1 + \varepsilon_2 + \varepsilon_3 + \varepsilon_4$

$y_t = y_0 + 2(1 + \ldots + t) + \varepsilon_1 + \ldots + \varepsilon_t$

$y_{t+1} = y_t + 2\cdot(t+1) + \varepsilon_t$

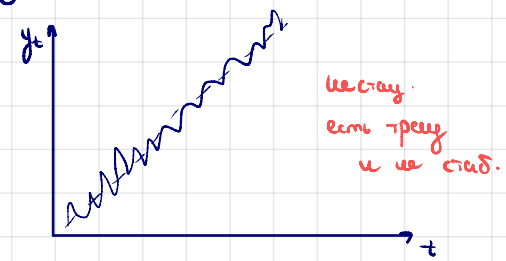
$y_{t+2} = y_{t+1} + 2(t+2) + \varepsilon_t = y_t + 2\big((t+1) + (t+2)\big) + \varepsilon_{t+1} + \varepsilon_{t+2}$

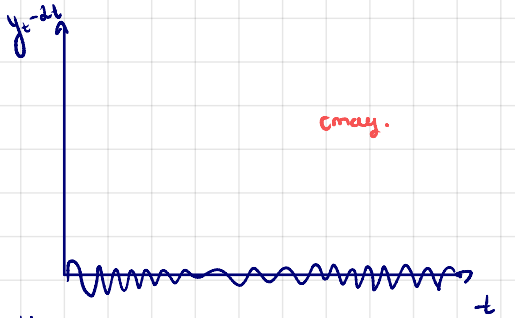
$y_{t+3} = y_t + 2\big((t+1) + (t+2) + (t+3)\big) + \varepsilon_{t+1} + \varepsilon_{t+2} + \varepsilon_{t+3}$

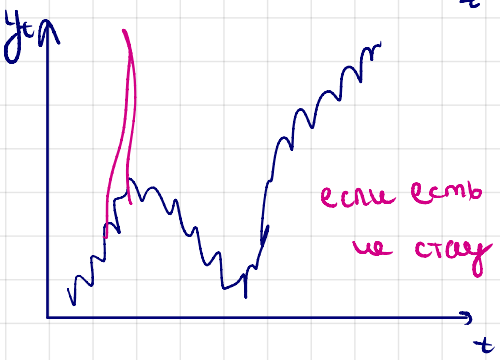
$y_{t+s} = y_t + 2\big((t+1) + (t+2) + \ldots + (t+s)\big) + \varepsilon_{t+1} + \varepsilon_{t+2} + \ldots + \varepsilon_{t+s}$

$= y_0 + 2(1 + \ldots + t+s) + \underbrace{\varepsilon_1 + \ldots + \varepsilon_t}_{\text{мы узнаем}} + \underbrace{\varepsilon_{t+1} \ldots \varepsilon_{t+s}}_{\text{мы не знаем}}$

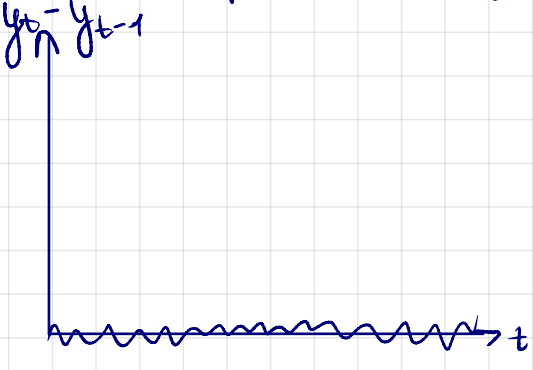
$E_t y_{t+s} = y_t + 2\big((t+1) + \ldots + (t+s)\big)$



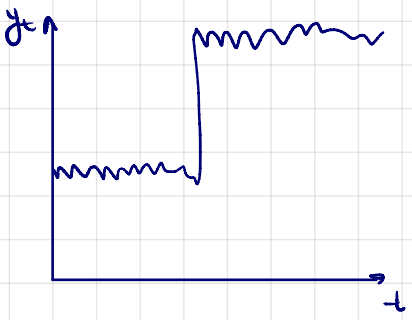




если нет
линий ⇒ вероятно
в разностях стацион.



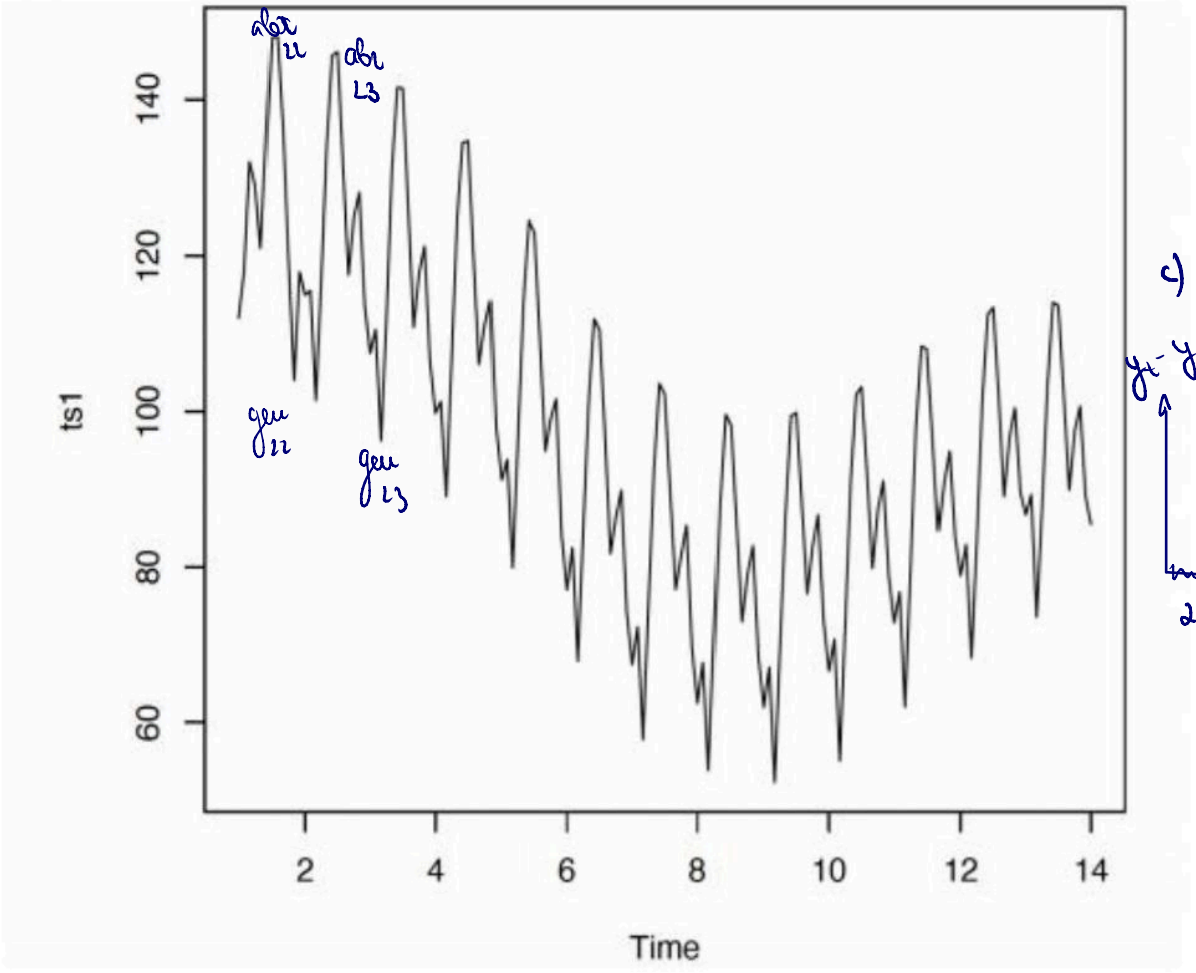
Structural break (м.б. несколько)



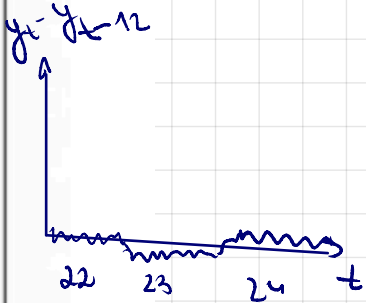
2.2.7 A graph of a monthly time series, x_t, is shown below. The sample period is 14 years. Give concise/short answers to the following questions.

(a) What major features of the data can be inferred from this plot?
(b) What might be the effect of differencing x_t?
(c) What might be the effect of a seasonal differencing, $(1 - L^{12})$, of x_t?
(d) How do you think, what difference researcher should take first? why?

a) сезонность, тренд не стационарен, м.о. не равно 0 есть тренд имеется убывающий с 8-10 периода растущий

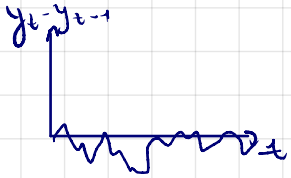


c) спектр более стационарен.



Answer:

b) Т.к. есть сезонность, то вероятно ряд в разностях будет стационарным



d) В принципе без разницы, сильно картину не улучшит

Если хочется 12, то лучше

a 4-5 pour le corpuscule